مدرسة منابر العلم		الصف : الأول المـــــادة: الرياضيات
امتحان الفترة الأولى لعام ٢٠٢٥ - ٢٠٢٦ م		
الاسم:	الدرجة	
		٤٠

السؤال الأول:

أ/ أكمل (ي):

		١٨				١٤				١٠

٨

ب/ عد (ي) واكتب (ي) العدد الصحيح:



☐ ☐ ☐ ☐

٤

ج/ ضع (ي) رمز < , > , = في ☐ :

٢٠	☐	٢٠	٤	☐	٥
١٤	☐	١٤	٣	☐	٢
١٢	☐	١٠	٨	☐	٦

٣

السؤال الثاني:

أ/ أكتب (ي) العدد السابق:

	٢		٩		٧		٣

٢

ب/ أكتب (ي) العدد التالي:

	١٠		٥		٢		٦

٢

ج/ رتب (ي) تصاعديا وتنازليا:

تصاعديا:

١٠	١٥	١٢	١٤	١٧

تنازليا:

٥	٩	٣	٨	٤

٥

السؤال الثالث:

أ) أكتب/ي ناتج الجمع:

٢ + ٣ = ☐

٥ + ٢ = ☐

١٠ + ٥ = ☐

٧ + ☐ = ٧

٥	٤	٢
+ ٥	+ ٣	٠ + ٤
____	____	____
____	____	____

ب) أكتب/ي ناتج الطرح:

٥ - ٢ = ☐

٨ - ٠ = ☐

٦ - ٦ = ☐

٤ - ٢ = ☐

السؤال الرابع:

أ) أستخدم/ي الخط العددي لإيجاد ناتج الجمع:

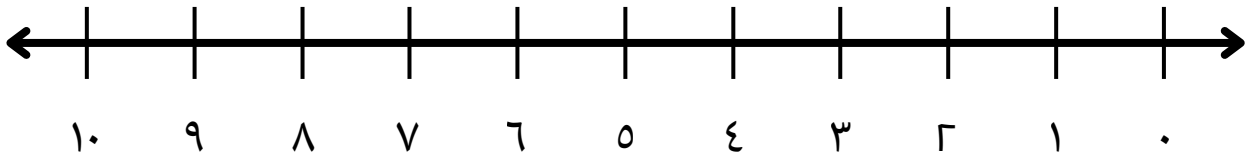

٥ + ٣ = ☐

٢

ب) مثل/ي الأعداد على العداد:

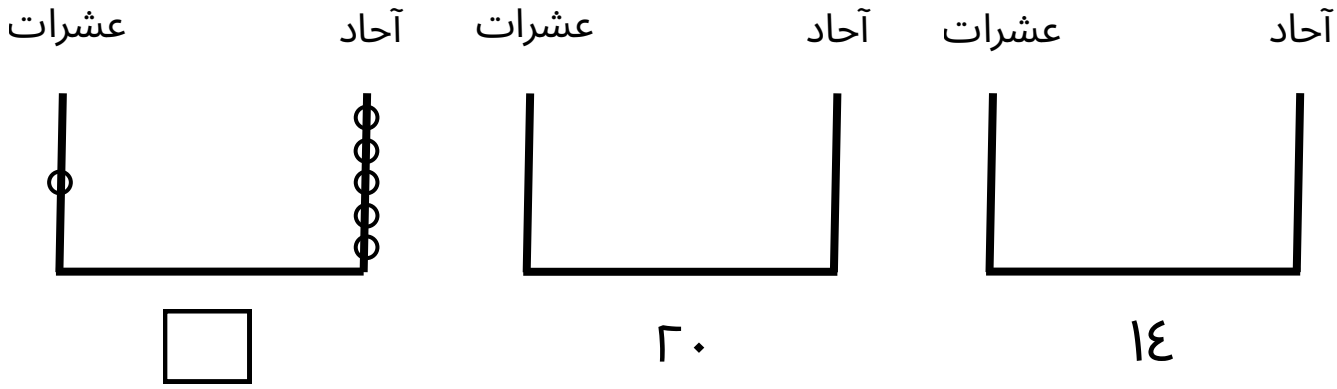

٣

انتهت الأسئلة

مع تمنياتي لكم بالتوفيق: رقية السيد ومسكة